TAREA DE DESARROLLO - CURSO OMI 4.02
OPERADOR PRIMERA RESPUESTA COMBATE DERRAMES DE HIDROCARBUROS (MODALIDAD ON-LINE)

I. PROPÓSITO:

Promover la discusión y apoyar el aprendizaje.

II. ESCENARIO:

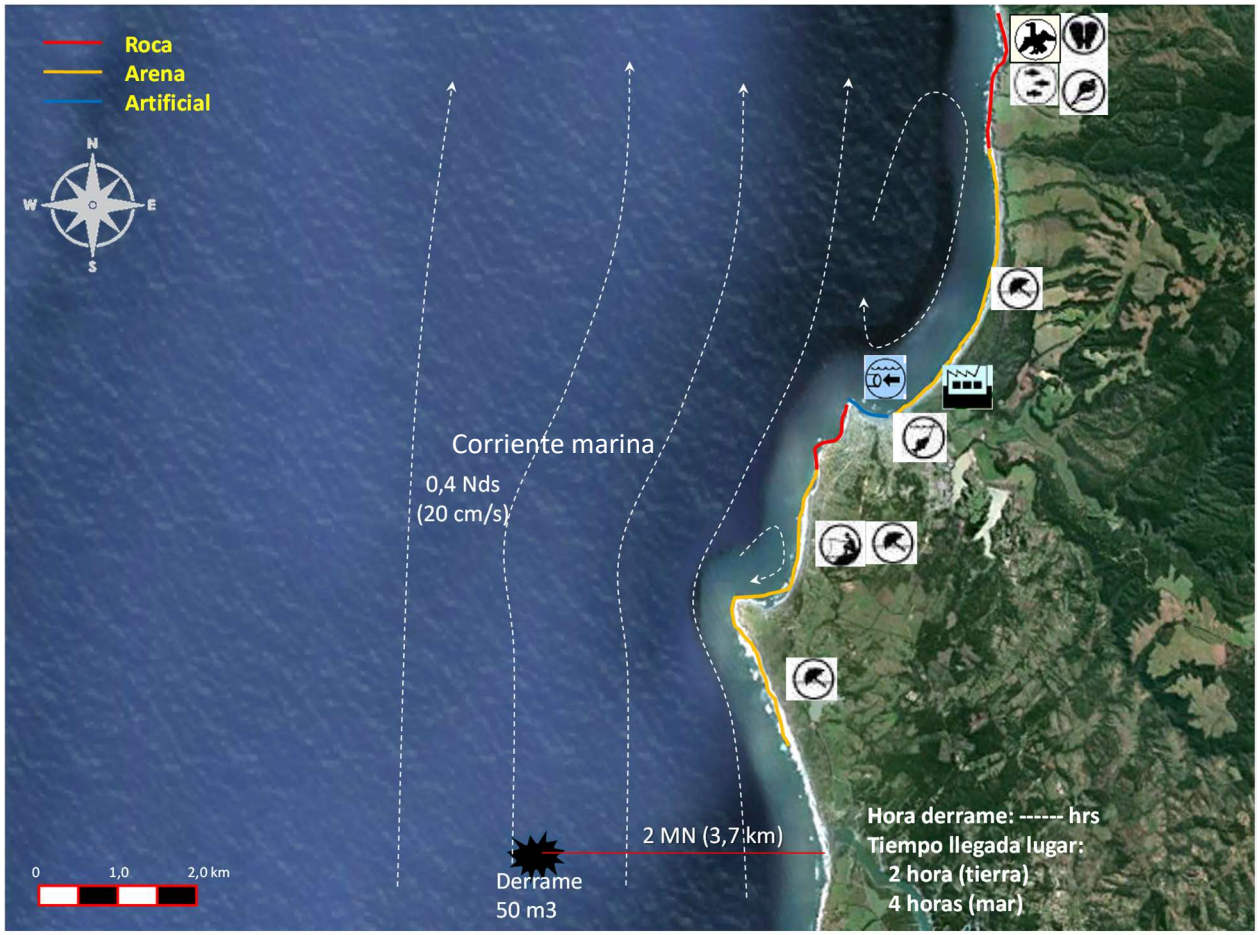

Playa recreativa

Pesca recreativa

Caleta pescadores

Toma de agua

Establecimiento industrial

Aves marinas

Moluscos

Peces

III. INFORMACIÓN DERRAME:

Causa: Colisión

Volumen derramado: 30 metros cúbicos

Tipo derrame: Instantáneo.

Hora derrame: Será informada por el instructor.

Tipo petróleo derramado y características:

Propiedad	Cañadón Seco
Densidad	0,8535 (15°C)
API	26.3
Temp. Embarque	22°C
Viscosidad	279,2 cSt (20°C)
Punto Fluidez	0°C
Asfaltenos	1.86 % Vol.

IV. INFORMACIÓN ADICIONAL:

- Distancia de la costa al punto derrame: 2 MN.
- Tiempo desplazamiento al punto derrame: 2 horas por tierra (a la cuadra del punto del derrame) y 4 horas por mar.
- Condiciones de corrientes: Se especifica en figura.
- Condiciones de viento:

Hora	Intensidad (nudos)	Dirección
00	1,0	SE
02	1,0	SE
04	1,0	SE
06	1,0	SE
08	3,0	S
10	9,0	SO
12	14,0	O
14	12,0	O
16	10,0	O
18	4,0	SO
20	2,0	S
22	1,0	SE

SE: Sudeste; O: Oeste; S: Sur; SO: Sudoeste.

- Desplazamiento estimado de la mancha:

12 AM

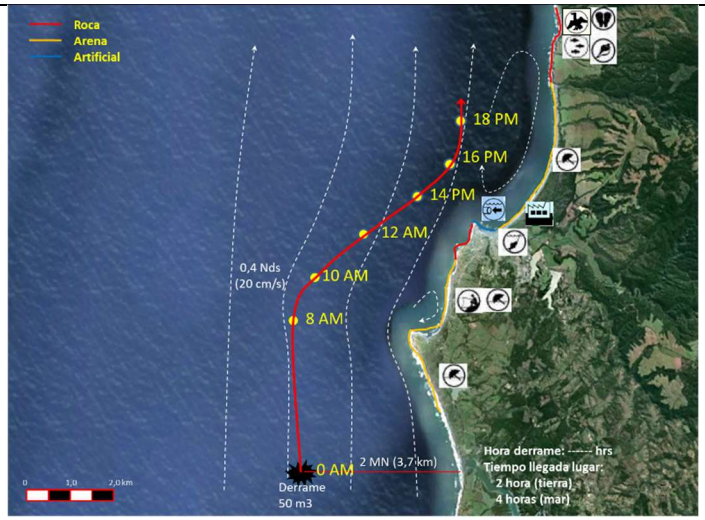

12 PM

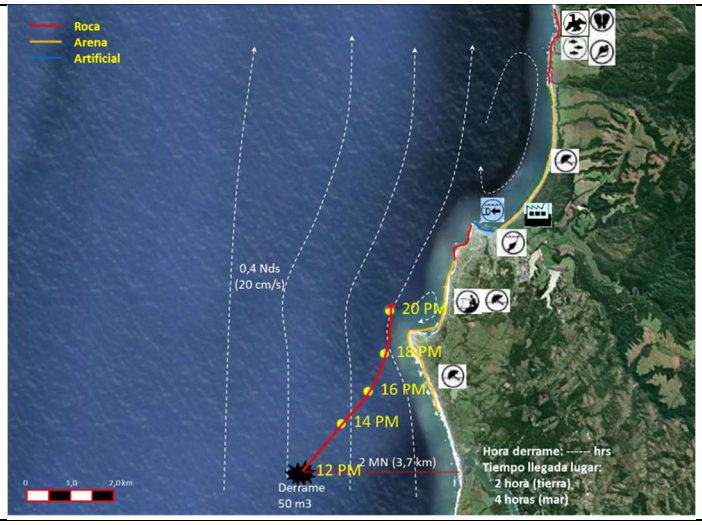

TAREA:

1. ¿En qué condiciones o qué características tendría el petróleo derramado al llegar por vía marítima (4 horas) al lugar en donde se encontraría la mancha?. Justifique su respuesta.

2. Con la información entregada y luego de efectuada las primeras evaluaciones, ¿qué métodos/técnicas de respuesta consideraría aplicar en esta contingencia y por qué?. Justifique su respuesta.
   NOTA: No considerar quema in-situ.

3. En relación con los métodos/técnicas de respuesta que haya considerado aplicar, ¿qué tipo de equipos y/o elementos requerirá para llevarlos a cabo?.

4. En relación con las condiciones ambientales indicadas y al comportamiento que se puede esperar del petróleo derramado, ¿qué limitaciones podría encontrar para ejecutar los métodos de respuesta que usted indicó en la pregunta 2.?. Justifique su respuesta.

5. Suponiendo que el derrame alcance la costa en un sector rocoso, indique qué técnicas de limpieza de costa consideraría y por qué?. Justifique su respuesta.

6. Como operador de respuesta, ¿qué medidas de seguridad exigiría a su empleador si su trabajo se desarrolla tanto en el mar como en limpieza de costa?.

7. ¿Cuáles cree usted que serían los principales riesgos y/o impactos ambientales que se podrían presentar en esta emergencia?. Justifique.